MR / PALLEGAMA SECONDARY SCHOOL

2 වන වාර ඇගයීම - 2026

07 ශ්‍රේණිය — ගණිතය

කාලය: පැය 2යි **ලකුණු: ....**

නම: ....

I කොටස

සියලුම ප්‍රශ්නවලට පිළිතුරු සපයන්න. ප්‍රශ්න 1 සිට 20 දක්වා සියලුම ප්‍රශ්නවල නිවැරදි පිළිතුර සඳහා ලකුණු 02 බැගින් හිමිවේ.

(01) සුළු කරන්න: 5 × 6 - 8

පිළිතුර: ....

(02) සමචතුරස්‍රයක ඇති සමමිති අක්ෂ ගණන ලියන්න.

පිළිතුර: ....

(03) P = {10 ට අඩු ඔත්තේ සංඛ්‍යා} කුලකය අවයව සහිතව සඟළ වරහන් ඇතුළත ලියා දක්වන්න.

පිළිතුර: ....

(04) අගය සොයන්න: (-8) + (+3)

පිළිතුර: ....

(05) 5418 යන සංඛ්‍යාව 3න් ඉතිරි නැතිව බෙදේදැයි භාජ්‍යතා රීති ඇසුරින් පරීක්ෂා කර ලියන්න.

පිළිතුර: ....

(06) 4g 250mg ප්‍රමාණය මිලිග්‍රෑම් (mg) වලින් ප්‍රකාශ කරන්න.

පිළිතුර: ....

(07) පහත දැක්වෙන රූපයේ කෝණයේ විශාලත්වය අනුව එය කුමන කෝණ වර්ගයකට අයත් වේදැයි නම් කරන්න.

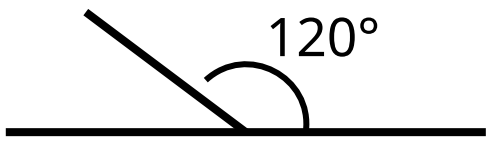

පිළිතුර: ....

(08) සෘජුකෝණාස්‍රයක දිග l ද පළල b ද වේ නම්, එහි පරිමිතිය P සෙවීම සඳහා වූ වීජීය සූත්‍රය ලියන්න.

පිළිතුර: ....

(09) දින 75ක් මාස සහ දිනවලින් දක්වන්න. (මාසයකට දින 30ක් ලෙස සලකන්න).

පිළිතුර: ....

(10) පහත දැක්වෙන රූප සටහනේ AB හා CD සරල රේඛා යුගල අතර පවතින ජ්‍යාමිතික සම්බන්ධතාවය කුමක්ද?

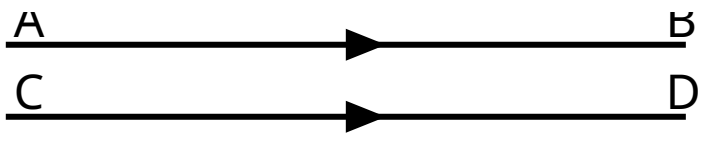

පිළිතුර: ....

(11) $2x + 5 = 15$ සමීකරණය තෘප්ත කරන x හි අගය සොයන්න.

පිළිතුර: ....

(12) පහත දැක්වෙන සමචතුරස්‍රාකාර තල රූපයේ පරිමිතිය සොයන්න.

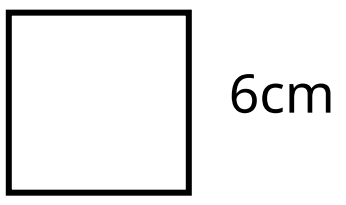

පිළිතුර: ....

(13) 24 සහ 36 යන සංඛ්‍යාවල මහා පොදු සාධකය (ම.පො.සා.) සොයන්න.

පිළිතුර: ....

(14) බහු අස්‍රයක ශීර්ෂ 5ක් ඇත්නම්, එම බහු අස්‍රයේ ඇති පාද සංඛ්‍යාව කොපමණද?

පිළිතුර: ....

(15) $A = x^2$ සූත්‍රයේ $x = 9$ cm වන විට, A හි අගය වර්ග සෙන්ටිමීටරවලින් සොයන්න.

පිළිතුර: ....

(16) මිනුම් එකතු කරන්න: 4m 65cm + 2m 45cm

පිළිතුර: ....

(17) අධික අවුරුද්දක පෙබරවාරි මාසයට අයත් මුළු දින ගණන කොපමණද?

පිළිතුර: ....

(18) 15kg 600g ස්කන්ධයක් ඇති සහල් මල්ලක් සමාන කොටස් 3කට බෙදූ විට ලැබෙන එක් කොටසක ස්කන්ධය සොයන්න.

පිළිතුර: ....

(19) පහත දැක්වෙන වෙන් රූප සටහන ඇසුරින් Q කුලකයේ ඇති මුළු අවයව ගණන ලියන්න.

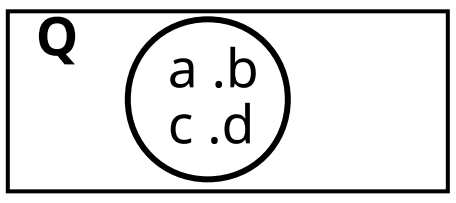

පිළිතුර: ....

(20) රේඛා ඛණ්ඩ දෙකක් අතර ඇති කෙටිම දුර, එම රේඛා අතර පවතින කුමන දුරක් ලෙස හඳුන්වයිද?

පිළිතුර: ....

II කොටස

ප්‍රශ්න 5කට පමණක් පිළිතුරු සපයන්න. ප්‍රශ්නයකට ලකුණු 12 බැගින් මුළු ලකුණු 60කි.

(01) ප්‍රශ්නය

(a) A = {12 හි සාධක} වේ.

(i) A කුලකයේ අවයව සඟල වරහන් තුළ ලියා දක්වන්න. **(ලකුණු 2)**

(ii) A කුලකය වෙන් රූප සටහනකින් නිරූපණය කරන්න. **(ලකුණු 2)**

(b) පහත ප්‍රකාශන සුළු කරන්න:

(i) (+7) + (-4) **(ලකුණු 2)**

(ii) (-10) - (-6) **(ලකුණු 2)**

(c) ගණිත කර්ම අනුපිළිවෙල (BODMAS) රීතිය භාවිත කර සුළු කරන්න:
45 - 3 × (12 - 4) **(ලකුණු 4)**

(02) ප්‍රශ්නය

(a) භාජ්‍යතා රීති ඇසුරින් පහත ප්‍රශ්නවලට පිළිතුරු සපයන්න:

(i) 4න් ඉතිරි නැතිව බෙදෙන, 2500ත් 2520ත් අතර ඇති සංඛ්‍යා දෙකක් ලියන්න. **(ලකුණු 2)**

(ii) 6න් බෙදෙන සංඛ්‍යාවක තිබිය යුතු ප්‍රධාන ලක්ෂණ 2ක් ලියන්න. **(ලකුණු 2)**

(b) 60 යන සංඛ්‍යාව ප්‍රථමක සාධකවල ගුණිතයක් ලෙස ලියන්න. **(ලකුණු 4)**

(c) 12 සහ 18 යන සංඛ්‍යාවල කුඩාම පොදු ගුණාකාරය (කු.පො.ගු.) සොයන්න. **(ලකුණු 4)**

(03) ප්‍රශ්නය

(a) රෝගියෙකුට දිනකට 250mg බැගින් වූ විටමින් පෙති 2ක් දින 10ක් පුරා ගැනීමට වෛද්‍යවරයා නියම කරයි.

(i) රෝගියා දිනකට ගන්නා මුළු විටමින් ස්කන්ධය මිලිග්‍රෑම්වලින් සොයන්න. **(ලකුණු 2)**

(ii) දින 10 සඳහාම ඔහුට අවශ්‍ය මුළු විටමින් ප්‍රමාණය ග්‍රෑම් (g) වලින් දක්වන්න. **(ලකුණු 3)**

(b) කාලය සම්බන්ධ ගැටලුව සුළු කරන්න:

(i) එකතු කරන්න: අවුරුදු 5 මාස 8 + අවුරුදු 3 මාස 7 **(ලකුණු 3)**

(ii) එක්තරා ක්‍රීඩා උත්සවයක් පැවැත්වීමට දින 4ක් ගත විය. එම කාලය පැයවලින් කොපමණද? **(ලකුණු 4)**

(04) ප්‍රශ්නය

(a) පහත දී ඇති සරල සමීකරණ විසඳා නිශ්චිත අගය සොයන්න:

(i) 3x - 4 = 11 **(ලකුණු 3)**

(ii) y/2 + 3 = 8 **(ලකුණු 3)**

(b) පැන්සලක මිල රුපියල් a ද, පෑනක මිල රුපියල් b ද වේ.

(i) පැන්සල් 4ක් සහ පෑන් 3ක් මිලදී ගැනීමට වැයවන මුළු මුදල සඳහා වීජීය ප්‍රකාශනයක් ගොඩනගන්න. **(ලකුණු 3)**

(ii) a = 20 සහ b = 30 වන විට, එම භාණ්ඩ මිලදී ගැනීමට වැයවන මුළු මුදල ගණනය කරන්න. **(ලකුණු 3)**

(05) ප්‍රශ්නය

(a) බහු අස්‍ර පිළිබඳ දැනුම ඇසුරින්:

(i) 'සවිධි බහු අස්‍රයක්' යනු කුමක්දැයි කෙටියෙන් අර්ථ දක්වන්න. **(ලකුණු 2)**

(ii) උත්තල බහු අස්‍රයක් සහ අවතල බහු අස්‍රයක් අතර ඇති ප්‍රධාන වෙනස කුමක්ද? **(ලකුණු 2)**

(b) කෝණවල විශාලත්වය අනුව ත්‍රිකෝණ වර්ගීකරණය කෙරෙන ආකාර 3ක් නම් කරන්න. **(ලකුණු 3)**

(c) සමාන්තර සරල රේඛා:

(i) සමාන්තර සරල රේඛා යුගලක් අතර පවතින ලම්බ දුර (කෙටිම දුර) සරල රේඛාවල දිග වෙනස් වන විට වෙනස් වේද? හේතු දක්වන්න. **(ලකුණු 2)**

(ii) සරල දාරය සහ විහිත චතුරස්‍රය භාවිතයෙන් එකිනෙකට 3cm දුරින් පිහිටි සමාන්තර සරල රේඛා යුගලක් ඇඳ ඊතල සලකුණු මගින් සමාන්තර බව දක්වන්න. **(ලකුණු 3)**

(06) ප්‍රශ්නය

(a) දිග මිනුම් සුළු කරන්න:

(i) 15cm 4mm න් 8cm 7mm ක් අඩු කරන්න. **(ලකුණු 3)**

(ii) 3m 40cm දිගැති රිබන් පටි 5ක ඇති මුළු දිග මීටර්වලින් සොයන්න. **(ලකුණු 3)**

(b) ඍජුකෝණාස්‍රාකාර හැඩැති ඉඩමක දිග 25m ක් සහ පළල 15m ක් වේ.

(i) මෙම ඉඩමේ පරිමිතිය සොයන්න. **(ලකුණු 3)**

(ii) මෙම ඉඩම වටා කම්බි වැටක් ගැසීමට මීටරයක් රුපියල් 120ක් බැගින් වැයවේ නම්, වැට ගැසීම සඳහා යන මුළු වියදම ගණනය කරන්න. **(ලකුණු 3)**

(07) ප්‍රශ්නය

(a) එක්තරා ගොවියෙකු සතු මුළු ඉඩමෙන් $3\frac{1}{2}$ ක ප්‍රමාණයක් වගා කර ඇති අතර, ඉන් $\frac{3}{4}$ ක ප්‍රමාණයක වී වගා කර ඇත.

(i) $3\frac{1}{2}$ යන මිශ්‍ර සංඛ්‍යාව විෂම භාගයක් ලෙස හරය සහ ලවය සහිතව ලියා දක්වන්න. **(ලකුණු 2)**

(ii) අගය සොයන්න: $5\frac{7}{8} - 2\frac{1}{4}$ (මිශ්‍ර සංඛ්‍යා අඩු කිරීමේ රීති ඇසුරින්). **(ලකුණු 4)**

(b) දශම සංඛ්‍යා පිළිබඳ ගැටලු විසඳන්න:

(i) $\frac{7}{100}$ යන තත්‍ය භාගය දශම සංඛ්‍යාවක් ලෙස ලියා දක්වන්න. **(ලකුණු 2)**

(ii) සුළු කර අගය සොයන්න: 2.13×4 **(ලකුණු 2)**

(iii) බෙදීම සිදුකර පිළිතුර ලබාගන්න: $0.672 \div 12$ **(ලකුණු 2)**